Ecole National Polytechnique MAURICE Audin « ENP-MA » d'Oran

Département : FPST	2025/2026	Semestre : 3	
Devoir surveillé	ELT	Durée : 1h	

Questions de cours (5pt)

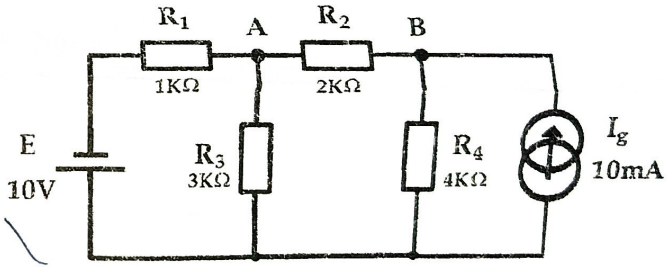
1. En régime continu, démontrer que la puissance électrique maximale P_{max} fournie par un générateur réel (E, r), lorsqu'il alimente une charge résistive R, est donnée par : $P_{max}(R) = \frac{E^2}{4r}$
2. En régime sinusoïdal, calculer la puissance moyenne consommée par un dipôle a partir de la puissance instantané p(t). Expliquer également le sens physique de cette puissance ainsi que les limites de sa définition.

Rappel : $p(t) = u(t) \times i(t) = U.I\left[\cos(2\omega t + \varphi_u + \varphi_i) + \cos(\varphi_u - \varphi_i)\right]$

Exercices 01 (10pt)

Nb : Les résultats numériques doivent être exprimés en V, mA et kΩ, en conservant deux chiffres après la virgule.

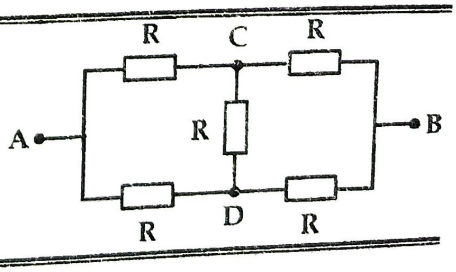
Considérons le circuit représenté sur la Figure ci-contre.



1. En appliquant le théorème de superposition, calculez le courant I_4 traversant R_4. En déduire la tension U_g aux bornes du générateur de courant I_g.
2. En appliquant le théorème de Norton, calculez le courant I_1 traversant R_1. En déduire les courants traversant R_2 et R_3.
3. Identifier clairement le sens de circulation des courants dans le circuit.

Exercices 02 (5pt)

On considère le réseau électrique représenté sur la *figure ci-contre.*



1. Calculer, en fonction de R, la résistance équivalente R_{AB} du réseau en appliquant le théorème de Millman.
2. Vérifier ce résultat en utilisant le théorème de Kennelly.

• DS - 5B - le 03/05

Questions de cours (5 pts)

a/ P_{max} pour (E, r)

La P. transmise par (E, r)

$P(R) = R I^2 = E^2 \frac{R}{(R+r)^2}$ $\left(I = \frac{E}{R+r}\right)$

$P(R)$ est max si $\frac{dP(R)}{dR} = 0$

$E^2 \frac{(R+r)^2 - 2R(R+r)}{(R+r)^4} = 0$

R	0	r	$+\infty$
$\frac{dP}{dR}$	+	0	-
P(R)	↗	P_{max}	↘

$\frac{r - R}{(R+r)^3} = 0$

$r = R$

$P_{max}(R) = E^2 \frac{r}{4r^2} = \frac{E^2}{4r}$

c/ P_{moy} ? + sens physique:

$P_{moy} = \frac{1}{T} \int_0^T P(t)\, dt$

$= \frac{UI}{T} \left[\int_0^T \cos(2\omega t + \varphi_u + \varphi_i)\, dt + \cos(\varphi_u - \varphi_i) \int_0^T dt \right]$

$= \frac{UI}{T} \cos(\varphi_u - \varphi_i)\, T$

$P_{moy} = UI \cos(\underbrace{\varphi_u - \varphi_i}_{\varphi})$

- U et I sont les valeurs efficaces de la tension et courant
- $\varphi = \varphi_u - \varphi_i$ le déphasage entre u et i

- Explication:

- Si $\varphi = 0 \Rightarrow \cos\varphi = 1 \Rightarrow P_{moy}$ = Joul effect (Résistif)
- Si $\varphi = \pm \frac{\pi}{2} \Rightarrow \cos\varphi = 0 \Rightarrow P_{moy} = 0$ (Inductif ou capacitif effect)

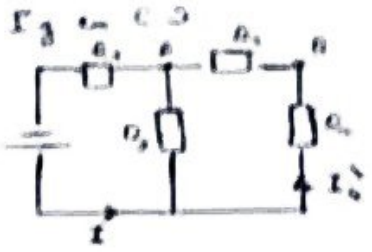
- Limites la puissance moyenne décrit uniquement la puissance active (effet résistif) Elle ne permet pas de représenter les effets réactifs ou capacitifs, qui impliquent des échanges d'énergie sans dissipation.

EXO1: (10 pts)

1/ Superposition pour I_4? et U_3?

1.1.

a/ Effet de E: I_3 en C.O



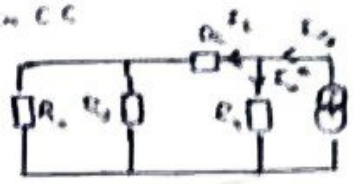
$I_4' = \frac{R_3}{R_3 + R_4 + R_A} I$ E

$I = \frac{E}{R_{eq}}$

$R_{eq} = \left[(R_2 + R_4) // R_3\right] + R_A$

AN $R_{eq} = 3\,k\Omega$, $E = 3.33\,mA$, $I_4' = 1.33\,mA$

b/ Effet de I_g: E en CC



$I_4'' = \frac{(R_1 // R_3) + R_2}{(R_4 // R_3) + R_2 + R_4} I_g$

AN: $I_4'' = 4.04\,mA$

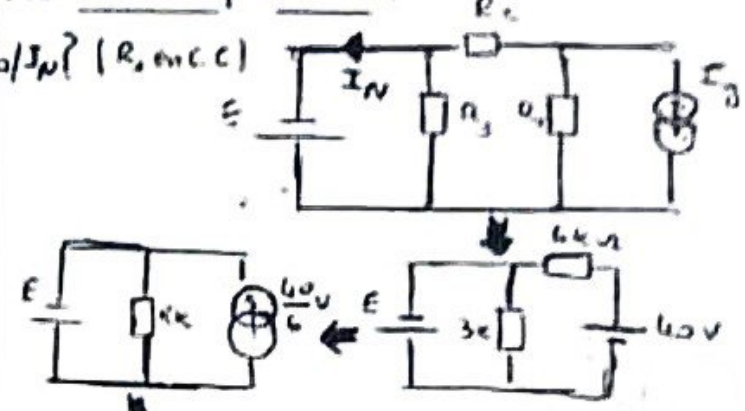
c. Conclusion:

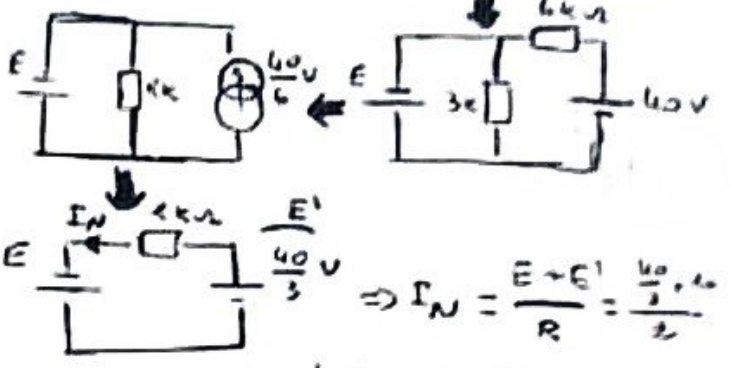
I_4 = 2 effet: $I_4'' - I_4' = 2.36\,mA$

A.N: $U_3 = R_4 I_4 = 11.75\,V$

2 A.Norton pour I_A:

a/ I_N ? (R_2 en C.C)

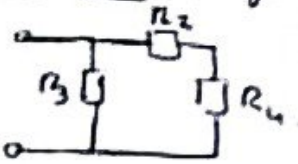




$\Rightarrow I_N = \frac{E - E'}{R} = \frac{\frac{40}{3} - 0}{2}$

$I_N = 11.67\,mA$

b/ R_N ? (E en C.C, R_1 en C.O) I_g en C.O)

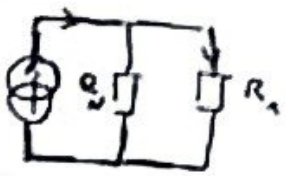


$R_N = R_3 // (R_2 + R_4)$

AN: $R_N = 2\,k\Omega$

c/ Circuit de Norton:

$I_1 = \frac{R_N}{R_N + R_1} I_N$



AN: $I_1 = 7.78\,mA$

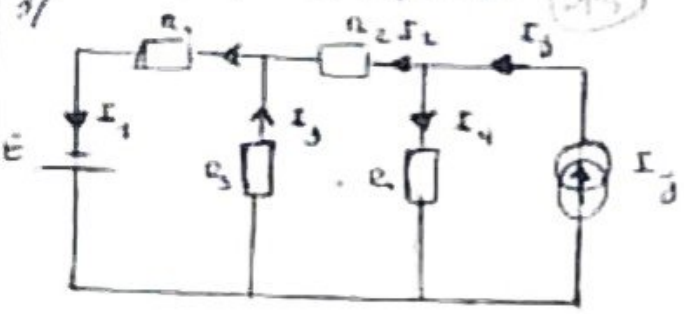
• I_2 et I_3 ?

(B) $I_2 = I_1 - I_4$

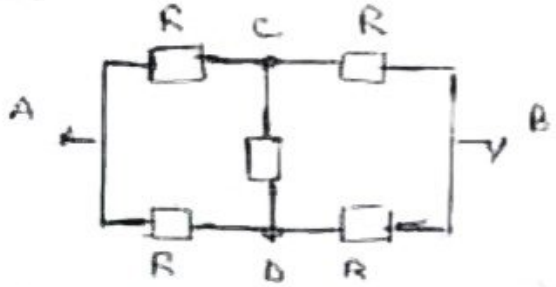
(A) $I_3 = I_4 - I_2$

AN $\begin{cases} I_2 = 7{,}04 \text{ mA} \\ I_3 = 0{,}74 \text{ mA} \end{cases}$

3/



Exo 1 :



1/ Millman pour R_{eq}

$$V_C = \frac{V_A/R + V_D/R + V_B/R}{1/R + 1/R + 1/R} = \frac{V_A + V_B + V_D}{3}$$

$$V_D = \frac{V_A/R + V_B/R + V_C/R}{1/R + 1/R + 1/R} = \frac{V_A + V_B + V_C}{3}$$

pour $V_B = 0 \Rightarrow R_{eq} = \frac{V_A}{I}$

$$\begin{cases} V_C = \frac{V_A + V_D}{3} \\ V_D = \frac{V_A + V_C}{3} \end{cases} \Rightarrow \begin{cases} V_A = 3V_C - V_D \\ V_A = 3V_D - V_C \end{cases}$$

$$\begin{cases} V_D = 3V_C - V_A \\ V_C = 3[3V_C - V_A] - V_A \end{cases} \Rightarrow \begin{cases} V_C = \frac{4}{8} V_A = \frac{V_A}{2} \\ V_D = \frac{1}{2} V_A \end{cases}$$

KCL $I = \frac{V_A - V_C}{R} + \frac{V_A - V_D}{R}$

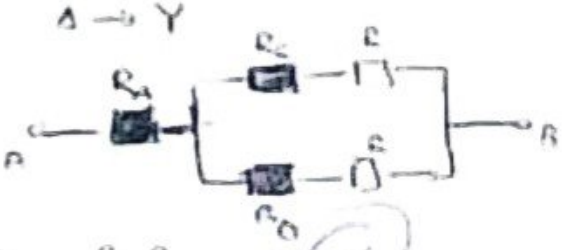
$$= \frac{1}{2R} V_A + \frac{1}{2R} V_A$$

$$I = \frac{V_A}{R}$$

$$\Rightarrow R_{eq} = R$$

2/ Kennelly pour R_{eq} :

$\Delta \rightarrow Y$



$$R_A = \frac{R \cdot R}{\sum R} = \frac{R}{3}$$

$$R_C = R_D = R_A = \frac{R}{3}$$

$$R_{eq} = \frac{R}{3} + \left[\left(\frac{R}{1} + R\right) // \left(\frac{R}{1} + R\right)\right]$$

$$= R/3 + \left[\left(1\tfrac{1}{3} R\right) // \left(\tfrac{4}{3} R\right)\right]$$

$$= \frac{R}{3} + \frac{2}{3} R$$

$$R_{eq} = R$$

$$R_{eq} = R_A + \left[(R_C + R) // (R_D + R)\right]$$